الدحيح

أسئلة الميد ترم

الاحصاء التطبيقي

اختار الاجابة الصحيحة

1. المجموعة الكلية المفردات الدراسة سواء كانت افراداً أو أشياء تسمى:

(أ) المجتمع (ب) البيانات (ج) العينة (د) المتغير

2. هي مجموعة جزئية من مفردات المجتمع محل الدراسة يتم إختيارها بحيث تكون ممثلة للمجتمع تمثيل صحيح تسمى:

(أ) المجتمع (ب) البيانات (ج) العينة (د) المتغير

3. خطأ يحدث عند جمع البيانات ومصدر هذا الخطأ إما من الباحث أو من مفردات المجتمع محل الدراسة المبحوث :

(أ) خطأ التحيز (ب) خطأ المعاينة العشوائية

(ج) خطأ التقدير (د) الخطأ المعياري

4. مجموعة الطرق والأساليب التي تستخدم في تعميم نتائج العينة على خصائص المجتمع الذي سحبت منه تدعى :

(أ) الاحصاء الوصفي (ب) الاحصاء الاستدلالي

(ج) الاسلوب التجريبي (د) المسح الشامل

Hidden World

5. ضابط مرور يرغب في اختيار عينة حيث يقوم بفحص سيارة بعد كل عشرة سيارات حتى يكتمل حجم العينة التي يريدها ما هو نوع العينة المستخدمة:

(أ) عينة عشوائية بسيطة (ب) عينه عشوائية طبقية

(ج) عينه عشوائية منتظمة (د) عينه عشوائية عنقودية

6. عند تصميم الاستبيان يجب مراعاة أن تكون الأسئلة :

(أ) مقالية (ب) تعتمد على ذاكرة الفرد

(ج) ايحائية (د) محددة و واضحة

تم قياس ضغط الدم لعينة من المتواجدين في المستشفى في وقت ما و كان الجدول التالي يمثل عدد المرضى وفقا للفئات ضغط الدم

منخفض جدا	10
منخفض	10
طبيعي	30
مرتفع	30
مرتفع جدا	20

اجب على الأسئلة

7. ما هي زاوية القطاع الدائري للذين لا يعانون من مرض ضغط الدم:

(أ) 108 (ب) 360 (ج) 180 (د) 90

8. ما هي نسبة من يعانون من ارتفاع قوي في ضغط الدم:

(أ) 100% (ب) 50% (ج) 30% (د) 20%

Hidden World

فئات درجات الطالبات	عدد الطالبات
60-	5
70-	10
80-	20
90-100	15

اجب على الأسئلة

9. الحد الأدنى للفئة الأخيرة يساوي:

(أ) 90 (ب) 80 (ج) 100 (د) 95

10. التمثيل البياني المناسب للبيانات السابقة هو:

(أ) الأعمدة الرأسية (ب) المدرج التكراري

(ج) السلاسل الزمنية (د) القطاعات الدائرية

11. مركز الفئة الثالثة يساوي:

(أ) 75 (ب) 85 (ج) 65 (د) 90

12. يمكن لوصف البيانات النوعية والكمية المنفصلة استخدام شكل :

(أ) المنحني التكراري (ب) المضلع التكراري

(ج) الأعمدة البيانية (د) المدرج التكراري

Hidden World

13. أي من البيانات التالية تمثل بيانات كميه منفصلة:

(أ) أطوال أطفال الأسرة (ب) مستوى الذكاء

(ج) نوع العمل (د) عدد الكراسي في الحجرة الدراسية

14. زمن الوصول إلى الجامعة مثال على البيانات :

(أ) النوعية (ب) الكمي المتصلة (ج) الوصفية (د) الكمية المنفصلة

15. الإحصاء الاستدلالي هو:

(أ) رصد البيانات التي تعبر عن الظاهرة عند نقاط زمنية متتالية

(ب) مجموعة الطرق والأساليب التي تستخدم في تعميم نتائج العينة على خصائص المجتمع الذي سحبت منه

(ج) مجموعة الطرق والأساليب التي تستخدم في تنظيم وعرض وتلخيص البيانات (د) لا شيء مما سبق

16. في أحد المنشآت الصناعية الكبرى 400 عامل 20 مهندس 50 إداري، وترغب الإدارة العامة في اختيار عينة لتقدير إجمالي عدد أيام الإجازات المرضية لجميع العاملين في المنشأة فان نوع العينة المستخدمة:

(أ) عينة عشوائية منتظمة (ب) عينة عشوائية عنقودية

(ج) عينة عشوائية طبقية (د) عينة عشوائية بسيطة

17. هو خطأ يحدث عند جمع البيانات ومصدر هذا الخطأ إما من الباحث أو من مفردات المجتمع محل الدراسة المبحوث:

(أ) خطأ التقدير (ب) الخطأ المعياري

(ج) خطأ المعاينة العشوائية (د) خطأ التحيز

Hidden World

تم قياس ضغط الدم لعينة من المتواجدين في المستشفى في وقت ما و كان الجدول التالي يمثل عدد المرضى وفقا لقنات ضغط الدم

منخفض جدا	10
منخفض	10
طبيعي	30
مرتفع	30
مرتفع جدا	20

اجب على الأسئلة

18. ما هي نسبة من لا يعانون من مرض في ضغط الدم

(أ) 50% (ب) 30% (ج) 20% (د) 100%

19. ما هي زاوية القطاع الدائري للذين يعانون من مرض ضغط دم المرتفع:

(أ) 360 (ب) 72 (ج) 108 (د) 180

الجدول التالي يبين درجات 50 طالبة في مادة الإحصاء

فئات درجات الطالبات	عدد الطالبات
60-	5
70-	10
80-	20
90-100	15
المجموع	50

Hidden World

اجب على الأسئلة

20. الحد الأعلى للفئة الأخيرة يساوي:

(أ) 95 (ب) 90 (ج) 80 (د) 100

21. التمثيل البياني المناسب للبيانات السابقة هو:

(أ) المدرج التكراري (ب) المنحنى التكراري

(ج) السلاسل الزمنية (د) أ، ب

22. مركز الفئة الثانية يساوي:

(أ) 65 (ب) 75 (ج) 90 (د) 85

23. عند اختيار كل سابع عميل يخرج من المطعم لأخذ رأيه فإن نوع العينة العشوائية المستخدمة هو عينه عشوائيه:

(أ) طبقية (ب) بسيطة (ج) منتظمة (د) عنقودية

24. الرسم البياني الذي يربط بين الشهور والتكرار هو :

(أ) المضلع التكراري (ب) الأعمدة الرأسية

(ج) المنحنى المتجمع الصاعد (د) السلاسل الزمنية

Hidden World

الجدول التالي يبين درجات 50 طالبة في مادة الإحصاء

فئات درجات الطالبات	عدد الطالبات
5	60-
10	70-
20	80-
15	90-100
50	المجموع

اجب على الأسئلة

25. مركز الفئة الثالثة يساوي:

(أ) 85 (ب) 90 (ج) 75 (د) 65

26. طول الفئة يساوي :

(أ) 10 (ب) 20 (ج) 30 (د) 40

27. فئة الدرجات ذات أكبر عدد من الطالبات تساوي:

(أ) 90-100 (ب) 50 (ج) 20 (د) 80-90

Hidden World

الرسم البياني التالي يمثل تقديرات مجموعة من الطالبات في مادة اللغة العربية

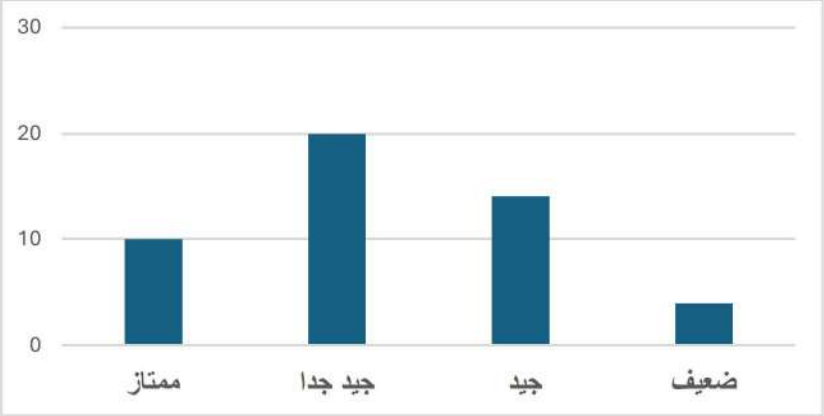

اجب على الأسئلة

28. عدد الفئات يساوي :

(أ) 5 (ب) 10 (ج) 30 (د) 4

29. الرسم البياني السابق يسمى:

(أ) شكل الأعمده (ب) المدرج التكراري

(ج) المنحنى التكراري (د) المضلع التكراري

30. أقل تكرار يساوي:

(أ) 10 (ب) 0 (ج) 5 (د) ضعيف

31. اكبر تكرار يساوي:

(أ) 100 (ب) 5 (ج) 20 (د) 85

32. . أقل فئة يساوي:

(أ) 10 (ب) 0 (ج) 5 (د) ضعيف

Hidden World

33. المقياس المناظر لدرجة الحرارة هو:

(أ) الترتيبي (ب) النسبة (ج) الفترة (د) الاسمي

34. إذا علمت أن التكرار النسبي للفئة يساوي 0.25 فإن زاوية القطاع لهذه الفئة في رسم القطاع الدائري يساوي :

(أ) 75 (ب) 90 (ج) 360 (د) 25

35. لون العين يعبر عن متغير:

(أ) كمي منفصل (ب) كمي متصل (ج) نسبي (د) وصفي

36. من الأخطاء التي يمكن أن تتعرض لها البيانات عند جمعها بأسلوب العينة العشوائية فقط ويرجع للصدفة:

(أ) الخطأ المعياري (ب) خطأ التحيز

(ج) خطأ التحليل (د) خطأ المعاينة العشوائية

37. تطبيق عدة سياسات انتاجيه لاختيار أفضل سياسه مثال على:

(أ) اسلوب المسح بالعينة العشوائية (ب) الأسلوب التجريبي

(ج) اسلوب السلاسل الزمنية (د) أسلوب المسح الشامل

Hidden World

الرسم البياني التالي يمثل تقديرات مجموعة من الطالبات في مادة اللغة العربية

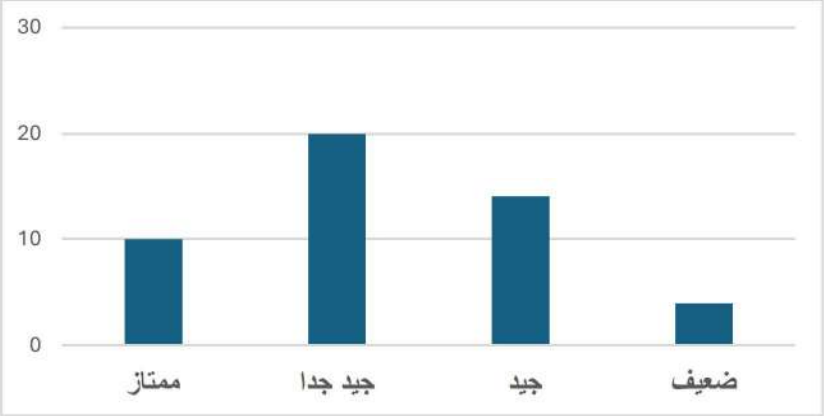

اجب على الأسئلة

38. التكرار النسبي للفئة الثانية يساوي:

(أ) 0.25 (ب) 0.4 (ج) 25 (د) 0.50

39. عدد التكرار للفئة الثالثة :

(أ) 0.25 (ب) 25 (ج) 15 (د) 10

40. اكثر تكرار يساوي:

(أ) 48 (ب) 10 (ج) 20 (د) 50

Hidden World

الجدول التالي يبين درجات 50 طالبة في مادة الإحصاء

فئات درجات الطالبات	عدد الطالبات
5	60-
10	70-
20	80-
15	90-100
50	المجموع

اجب على الأسئلة

41. مركز الفئة الثانية يساوي:

(أ) 85 (ب) 75 (ج) 45 (د) 50

42. الحد الادني للفئه الثالثه يساوي:

(أ) 10 (ب) 50 (ج) 80 (د) 70

43. فئة الدرجات ذات أقل عدد من الطالبات تساوي:

(أ) 60-70 (ب) 70-80 (ج) 20 (د) 10

44. الرسم البياني الذي يربط بين الفئات والتكرار هو:

(أ) المدرج التكراري **(ب) الأعمدة الرأسية**

(ج) المنحنى المتجمع الصاعد **(د) السلاسل الزمنية**

Hidden World

45. عند اختيار كل عاشر عميل يخرج من المطعم لأخذ رأيه فإن نوع العينة العشوائية المستخدمة هو عينه عشوائيه:

(أ) طبقية (ب) بسيطة (ج) منتظمة (د) عنقودية

46. يمكن لوصف البيانات النوعية والكمية المنفصلة باستخدام شكل:

(أ) المدرج التكراري (ب) المنحني التكراري

(ج) المضلع التكراري (د) الأعمدة البيانية

جدول التوزيع التكراري التالي يمثل أوزان 60 سلعة من إنتاج مصنع ما وعدد السلع لكل فئه:

عدد السلع	اوزان السلع
14	10-
15	20-
11	30-
20	40-50
60	المجموع

اجب على الأسئلة

47. التكرار النسبي للفئة الثانية يساوي:

(أ) 0.25 (ب) 33 (ج) 25 (د) 20

48. الحد الأدني للفئة الرابعة يساوي:

(أ) 40 (ب)10 (ج) 20 (د) 50

49. طول الفئة يساوي:

(أ) 60 (ب) 4 (ج) 5 (د) 10

Hidden World

اذا كان لديك عينة مكونة من 1250 موظف حيث

الجنسية	عدد الموظفين
سعودي	900
مصري	250
كويتي	100
المجموع	1250

اجب على الأسئلة

50. النسبة المئوية لقطاع السعودي تساوي:

(أ) 100% (ب) 72% (ج) 90% (د) 29%

51. زاوية القطاع المصري تساوي:

(أ) 259 (ب) 360 (ج) 29 (د) 72

52. التكرار للقطاع الكويتي يساوي:

(أ) 250 (ب) 100 (ج) 1250 (د) 72

53. عدد اللغات التي يجيدها الشخص تعبر عن مقياس:

(أ) اسمي (ب) وصفي (ج) نسبة (د) ترتيبي

Hidden World

54. البيانات التي يمكن حصرها ولا يمكن اجراء العمليات الرياضية والحسابية عليها:

(أ) البيانات المنفصلة (ب) البيانات الوصفيه

(ج) البيانات الكمية (د) البيانات المتصلة

55. المغالاة في الاجابة من قبل المبحوث كتقليل الدخل و تضخيم النفقات مثال على:

(أ) الخطأ المعياري (ب) خطأ الصدفة

(ج) خطأ المعاينة العشوائية (د) خطأ التحيز

56. عدد الكتب المتوفرة في المكتبة المركزية يعبر عنها بمتغير:

(أ) نوعي اسمي (ب) نوعي ترتيبي (ج) كمي منفصل (د) كمي متصل

57.تجربة ثلاثة أنواع من السماد على مجموعة من الأراضي الزراعية لاختيار السماد الأفضل مثال على

(أ) اسلوب المسح بالعينة العشوائية (ب) الأسلوب التجريبي

(ج) اسلوب السلاسل الزمنية (د) أسلوب المسح الشامل

57. عدد الجرائم اليومية:

(أ) وصفي (ب) كمي منفصل (ج) كمي متصل. (د) اسمي

58. عدد سنوات التعليم:

(أ) وصفي (ب) كمي منفصل (ج) كمي متصل. (د) اسمي

Hidden World

59. الجنسية:

(أ) وصفي (ب) كمي منفصل (ج) كمي متصل (د) اسمي

60. درجة الحرارة:

(أ) وصفي (ب) كمي منفصل (ج) كمي متصل (د) اسمي

61. الرقم الجامعي للطالبة:

(أ) وصفي (ب) كمي منفصل (ج) كمي متصل (د) اسمي

62. عدد أفراد الأسرة:

(أ) اسمي (ب) ترتيبي (ج) فترة (د) نسبة

63. درجة الحرارة:

(أ) اسمي (ب) ترتيبي (ج) فترة (د) نسبة

64. الحالة الاقتصادية:

(أ) اسمي (ب) ترتيبي (ج) فترة (د) نسبة

65. فصيلة الدم:

(أ) اسمي (ب) ترتيبي (ج) فترة (د) نسبة

Hidden World

66. يتميز أسلوب المسح الشامل عن أسلوب العينة:

(أ) حجم الميزانية (ب) تلف المفردات (ج) حصر كل المفردات

67. خطأ يحدث عند إجراء الحصر الشامل أو العينة:

(أ) خطأ التحيز (ب) خطأ المعاينة (ج) أ و ب

68. الخطأ الذي يرجع للصدفة وليس للباحث أو المبحوث:

(أ) خطأ التحيز (ب) خطأ المعاينة (ج) أ و ب

69. اهتمت دراسة إحصائية بتطور أعداد الحجاج لعشر سنوات يعبر ذلك عن ..

(أ) المجتمع (ب) العينة (ج) السلاسل الزمنية

70. لتنظيم وعرض البيانات نستخدم:

(أ) التوزيعات التكرارية (ب) الأشكال البيانية

(ج) أ و ب (د) لا شيء مما سبق

71. يطلق على البيانات بعد تلخيصها في توزيعات تكرارية:

(أ) بيانات غير مبوبة (ب) بيانات مبوبة (ج) بيانات خام (د) أ و ج

Hidden World

72. إذا كانت الأرقام (0 ، 1 ، 2) تمثل عدد مرات غياب موظف في شركة ما خلال أسبوع ، حصلت على عينة من 100 موظف ، عندما نريد تبويب بياناتهم في توزيع تكراري فإن:

(أ) التوزيع التكراري يتكون من ثلاث فئات (ب) مجموع التكرارات يساوي 100

(ج) أ و ب (د) لا شيء مما سبق

73. طول الفئة في التوزيع التكراري الخاص بالبيانات الكمية المتصلة ، يساوي:

(أ) المدى (ب) عدد الفئات

(ج) المدى ÷ عدد الفئات (د) المدى × عدد الفئات

74. يستخدم شكل المدرج التكراري عندما تكون البيانات:

(أ) كمية متصلة (ب) كمية منفصلة

(ج) نوعية اسمية (د) نوعية ترتيبية

75. شركة بها 1000 موظف ، جنسياتهم على النحو التالي : (سعودي، مصري، أردني، لبناني). عدد القطاعات في شكل القطاعات الدائري:

(أ) 1 (ب) 2 (ج) 3 (د) 4

Hidden World

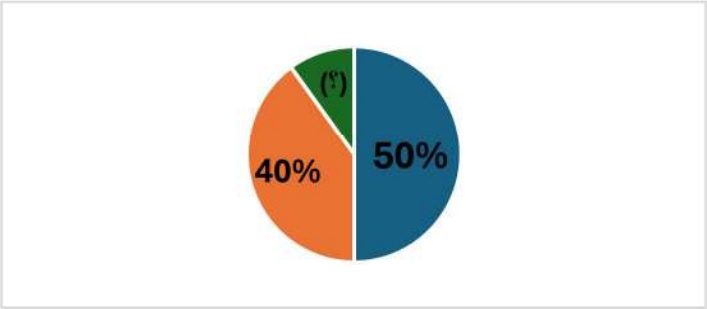

76. النسبة المفقودة في شكل القطاعات الدائري (؟) تساوي:

(أ) 10% (ب) 20% (ج) 30% (د) 40%

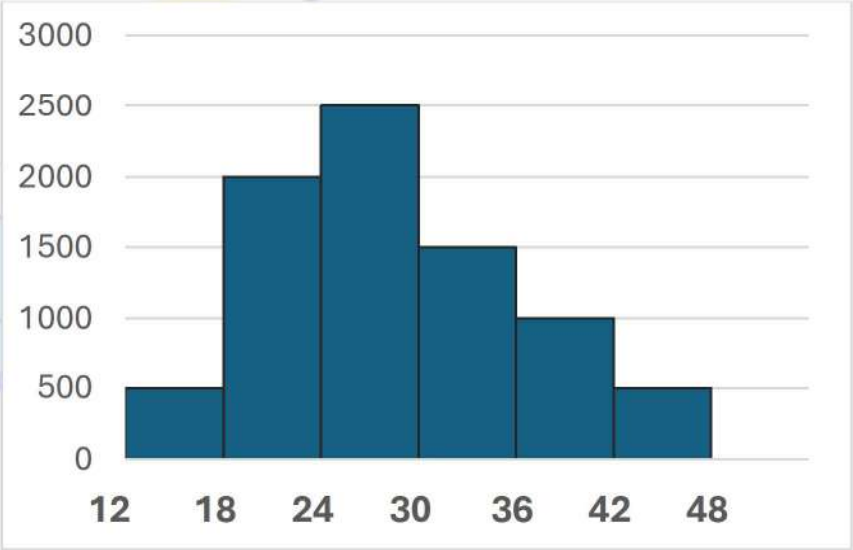

77. الفئة ذات أعلى تكرار في المدرج التكراري هي:

(أ) 12-18 (ب) 18-24 (ج) 24-30 (د) 42-48

78. من المدرج التكراري ، الفئة التي تكرارها يساوي 2000 هي:

(أ) 12-18 (ب) 18-24 (ج) 24-30 (د) 42-48

79. من المدرج التكراري ، حجم العينة (مجموع التكرارات) يساوي:

(أ) 6000 (ب) 7000 (ج) 8000 (د) لا يمكن تحديده

Hidden World

الدحيح

ضع علامه صح او خطا

1- المجتمع هو المجموعة الكلية المفردات الدراسة سواء كانت أفراداً أو أشياء. (✅)

2- العينة هو المجموعة الكلية المفردات الدراسة سواء كانت أفراداً أو أشياء . (❌) (المجتمع ككل)

3- خطأ التحيز هو خطأ يحدث عند جمع البيانات ومصدر هذا الخطأ إما من الباحث أو من مفردات المجتمع محل الدراسة المبحوث . (✅)

4- خطا يحدث عند جمع البيانات ومصدر هذا الخطأ إما من الباحث أو من مفردات المجتمع محل الدراسة المبحوث يسمى خطأ المعاينة العشوائية. (❌)
(التصويب: خطأ التحيز)

5- مجموعة الطرق والأساليب التي تستخدم في تعميم نتائج العينة على خصائص المجتمع الذي سحبت منه تدعى الاحصاء الاستدلالي . (✅)

6- ضابط مرور يرغب في اختيار عينة حيث يقوم بفحص سيارة بعد كل عشرة سيارات حتى يكتمل حجم العينة التي يريدها ما هو نوع العينة المستخدمة عينه عشوائية بسيطة. (❌) (التصويب: عينة عشوائية منتظمة)

Hidden World

7- ضابط مرور يرغب في اختيار عينة حيث يقوم بفحص سيارة بعد كل عشرة سيارات حتى يكتمل حجم العينة التي يريدها ما هو نوع العينة المستخدمة عينه عشوائية منتظمة. (✅)

8- عند تصميم الاستبيان يجب مراعاة أن تكون الأسئلة مقالية. (❌)
(التصويب: يجب أن تكون محددة وواضحة)

9- عند تصميم الاستبيان يجب مراعاة أن تكون الأسئلة محددة وواضحة. (✅)

10- التمثيل البياني المناسب للبيانات الكمية المتصلة هو الأعمدة الرأسية. (❌) (التصويب: المدرج التكراري أو المنحنى التكراري أو المضلع التكراري)

11- التمثيل البياني المناسب للبيانات الكمية المتصلة هو المدرج التكراري و المنحني التكراري و المضلع التكراري (✅)

12- التمثيل البياني المناسب للبيانات الوصفية هو الأعمدة الرأسية و القطاعات الدائرية (✅)

13- التمثيل البياني المناسب للبيانات الكمية المنفصلة هو الأعمدة الرأسية . (✅)

Hidden World

14- يمكن لوصف البيانات النوعية والكمية المنفصلة استخدام شكل الأعمدة الرأسية . (✅)

15- أطوال أطفال الأسرة من البيانات التالية تمثل بيانات كمية منفصلة . (❌)
(التصويب: كمية متصلة)

16- عدد الكراسي في الحجرة الدراسية من البيانات التالية تمثل بيانات كميه منفصلة . (✅)

17- نوع العمل من البيانات التالية تمثل بيانات كميه منفصلة . (❌)
(التصويب: وصفية / نوعية)

18- مستوى الذكاء من البيانات التالية تمثل بيانات كميه متصله . (❌)
(التصويب: تمثل بيانات وصفية)

19- عدد الكراسي في الحجرة الدراسية من البيانات التالية تمثل بيانات وصفيه .
(❌) (التصويب: تمثل بيانات كمية منفصلة)

20- زمن الوصول إلى الجامعة مثال على البيانات الكمي المتصلة. (✅)

21- الإحصاء الإستدلالي هو رصد البيانات التي تعبر عن الظاهرة عند نقاط زمنية متتالية. (❌) (التصويب: السلاسل الزمنية)

Hidden World

الدحيح

22- السلاسل الزمنية هو رصد البيانات التي تعبر عن الظاهرة عند نقاط زمنية متتالية . (✅)

23- الإحصاء الاستدلالي هو مجموعة الطرق والأساليب التي تستخدم في تنظيم وعرض وتلخيص البيانات . (❌) (التصويب:الإحصاء الوصفي)

24- الإحصاء الوصفي هو مجموعة الطرق والأساليب التي تستخدم في تنظيم وعرض وتلخيص البيانات. (✅)

25- في أحد المنشآت الصناعية الكبرى 400 عامل 20 مهندس 50 إداري، وترغب الإدارة العامة في اختيار عينة لتقدير إجمالي عدد أيام الإجازات المرضية لجميع العاملين في المنشأة فان نوع العينة المستخدمة عينة عشوائية منتظمة . (❌) (التصويب: عينة عشوائية طبقية)

26- في أحد المنشات الصناعية الكبرى 400 عامل 20 مهندس 50 إداري وترغب الإدارة العامة في اختيار عينة لتقدير إجمالي عدد أيام الإجازات المرضية لجميع العاملين في المنشأة فان نوع العينة المستخدمة عينة عشوائية طبقية. (✅)

27- خطأ يحدث عند جمع البيانات ومصدر هذا الخطأ إما من الباحث أو من مفردات المجتمع محل الدراسة المبحوث هو خطأ المعاينة العشوائية. (❌) (التصويب: هذا خطأ التحيز)

Hidden World

الدحيح

28- عند اختيار كل سابع عميل يخرج من المطعم لأخذ رأيه فإن نوع العينة العشوائية المستخدمة هو عينه عشوائيه عنقودية . (❌) (التصويب: عينة عشوائية منتظمة)

29- الرسم البياني الذي يربط بين الشهور والتكرار هو السلاسل الزمنية. (✅)

30- تجربة ثلاثة أنواع من السماد على مجموعة من الأراضي الزراعية الاختيار السماد الأفضل مثال على الأسلوب التجريبي (✅)

31- الإحصاء الوصفي هو مجموعة الطرق والأساليب التي تستخدم لتنظيم وعرض وتلخيص البيانات واستكشاف خصائصها الأساسية . (✅)

32- المقياس المناظر لدرجة الحرارة هو الاسمي (❌) (التصويب: هو مقياس الفترة)

33- المقياس المناظر لدرجة الحرارة هو الفترة . (✅)

34- لون العين يعبر عن متغير كمي (❌) (التصويب: يعبر عن متغير وصفي)

35- لون العين يعبر عن متغير وصفي (✅)

Hidden World

36- من الأخطاء التي يمكن أن تتعرض لها البيانات عند جمعها بأسلوب العينة العشوائية فقط ويرجع للصدفة خطأ التحيز . (✗) (التصويب: خطأ المعاينة العشوائية)

37- من الأخطاء التي يمكن أن تتعرض لها البيانات عند جمعها بأسلوب العينة العشوائية فقط ويرجع للصدفة خطأ المعاينة العشوائية . (✓)

38- تطبيق عدة سياسات انتاجيه الاختيار أفضل سياسه مثال على اسلوب السلاسل الزمنية (✗) (التصويب: مثال على الأسلوب التجريبي)

39- الرسم البياني الذي يربط بين الفئات والتكرار هو المدرج التكراري (✓)

40- الرسم البياني الذي يربط بين الفئات والتكرار هو المنحنى المتجمع الصاعد . (✗) (التصويب: هو المدرج التكراري)

41- الرسم البياني الذي يربط بين الفئات والتكرار السلاسل الزمنية . (✗) (التصويب: هو المدرج التكراري)

42- عند اختيار كل عشر عميل يخرج من المطعم لأخذ رأيه فين نوع العينة العشوائية المستخدمة هو عينة عشوائية بسيطة . (✗) (التصويب: عينة عشوائية منتظمة)

Hidden World

43- عدد اللغات التي يجيدها الشخص تعبر عن مقياس ترتيبي (❌)
(التصويب: تعبر عن مقياس كمي/نسبة)

44- البيانات التي يمكن حصرها ولا يمكن اجراء العمليات الرياضية والحسابية عليها البيانات الكمية. (❌) (التصويب: هي البيانات الوصفية أو النوعية)

45- المغالاة في الاجابة من قبل المبحوث كتقليل الدخل و تضخيم النفقات مثال على خطأ المعاينة العشوائية (❌) (التصويب: مثال على خطأ التحيز)

46- عدد الكتب المتوفرة في المكتبة المركزية يعبر عنها بمتغير كمي متصل (❌) (التصويب: كمي منفصل)

47- عدد الجرائد اليومية يعبر عن متغير كمي متصل. (❌) (التصويب: كمي منفصل)

48- عدد سنوات التعليم يعتبر متغيراً كمياً منفصلاً. (✅)

49- الجنسية من الأمثلة على المتغيرات الوصفية. (✅)

50- درجة الحرارة تمثل بيانات كمية منفصلة. (❌) (التصويب: تمثل بيانات كمية متصلة)

Hidden World

51- الرقم الجامعي للطالبة يعتبر متغيراً وصفياً. (✅)

52- مستوى القياس المناسب لعدد أفراد الأسرة هو مقياس النسبة. (✅)

53- مستوى القياس المناسب لدرجة الحرارة هو مقياس الفترة. (✅)

54- الحالة الاقتصادية تقاس بالمقياس الاسمي. (❌) (التصويب: تقاس بالمقياس الترتيبي)

55- فصيلة الدم تعتبر من البيانات التي تقاس بالمقياس الاسمي. (✅)

56- أسلوب المسح الشامل يتميز عن أسلوب العينة بحصر كل المفردات. (✅)

57- خطأ التحيز هو خطأ يحدث عند إجراء الحصر الشامل أو العينة. (✅)

58- خطأ المعاينة هو الخطأ الذي يرجع للصدفة وليس للباحث أو المبحوث. (✅)

59- دراسة إحصائية بتطور أعداد الحجاج لعشر سنوات يعبر عن أسلوب السلاسل الزمنية. (✅)

Hidden World

60- لتنظيم وعرض البيانات نكتفي باستخدام الأشكال البيانية فقط. (❌)
(التصويب: نستخدم التوزيعات التكرارية -الجداول- والأشكال البيانية)

61- يطلق على البيانات اسم "بيانات مبوبة" بعد تلخيصها في توزيعات تكرارية.
(✅)

62- إذا كانت بيانات الغياب هي (0، 1، 2)، فإن التوزيع التكراري يتكون من 3 فئات ومجموع التكرارات يساوي 100. (✅)

63- طول الفئة في التوزيع التكراري للبيانات المتصلة يساوي المدى مضروباً في عدد الفئات. (❌) (التصويب: يساوي المدى مقسوماً على عدد الفئات)

64- يستخدم شكل المدرج التكراري لتمثيل البيانات الكمية المتصلة. (✅)

65- إذا كانت جنسيات الموظفين (سعودي، مصري، أردني، لبناني)، فإن عدد القطاعات في الدائرة البيانية يساوي 4 قطاعات. (✅)

66- مجموع نسب القطاعات الدائرية لأي ظاهرة يجب أن يساوي 100%. (✅)

67- الفئة ذات أعلى تكرار في المدرج التكراري تعبر عن الفئة المنوالية. (✅)

Hidden World

71- المدى (Range) للبيانات يُحسب عن طريق جمع أكبر قيمة مع أقل قيمة في البيانات. (❌) (التصويب: عن طريق طرح أقل قيمة من أكبر قيمة)

72- التكرار النسبي لأي فئة يُحسب بقسمة تكرار الفئة على مجموع التكرارات. (✅)

73- لإيجاد زاوية القطاع الدائري لأي فئة، نقوم بضرب التكرار النسبي للفئة في 100. (❌) (التصويب: نقوم بضرب التكرار النسبي للفئة في 360 درجة)

74- المنحنى المتجمع الصاعد يُستخدم لمعرفة عدد المفردات التي "تقل عن" قيمة معينة. (✅)

75- المنحنى المتجمع النازل يُستخدم لمعرفة عدد المفردات التي تبلغ قيمتها حداً معيناً "فأكثر". (✅)

76- مركز الفئة يُحسب بجمع الحد الأدنى للفئة مع الحد الأعلى لها ثم القسمة على 2. (✅)

77- التوزيعات التكرارية المتجمعة (الصاعدة والنازلة) هي جداول تعطينا بيانات تجميعية ونحصل عليها من التوزيعات التكرارية الأصلية. (✅)

Hidden World

78- الفئة الأولى في الجدول التكراري لابد أن تبدأ أو تشمل أصغر قيمة في البيانات. (✅)

79- الإحصاء الاستدلالي يهتم فقط بوصف البيانات في صورة مؤشرات رقمية دون اتخاذ قرارات. (❌) (التصويب: الإحصاء الوصفي)

80- الرسم البياني الذي يربط بين الحد الأعلى للفئات والتكرار المتجمع الصاعد هو المنحنى المتجمع الصاعد. (✅)

81- الرسم البياني الذي يربط بين الحد الأدنى للفئات والتكرار المتجمع الصاعد هو المنحنى المتجمع الصاعد. (❌) (التصويب: يربط بين الحد الأعلى للفئات والتكرار المتجمع الصاعد)

82- الرسم البياني الذي يربط بين الفئات وتكرارها هو المنحنى المتجمع الصاعد. (❌) (التصويب: هو المدرج التكراري)

83- الرسم البياني الذي يربط بين الفئات والتكرار هو المدرج التكراري. (✅)

84- الرسم البياني الذي يربط بين الحد الأعلى للفئات والتكرار هو المدرج التكراري. (❌) (التصويب: المدرج التكراري يربط بين الفئات وتكرارها وليس الحد الأعلى فقط)

Hidden World

85- الرسم البياني الذي يربط بين مراكز الفئات والتكرار هو المدرج التكراري. (❌) (التصويب: هو المضلع التكراري أو المنحنى التكراري)

86- الرسم البياني الذي يربط بين الفئات والتكرار المتجمع الصاعد هو المنحنى المتجمع الصاعد. (❌) (التصويب: المنحنى المتجمع الصاعد يربط بين الحد الأعلى للفئات والتكرار المتجمع الصاعد)

87- الرسم البياني الذي يربط بين مراكز الفئات والتكرار هو المنحنى التكراري. (✅)

88- الرسم البياني الذي يربط بين مراكز الفئات والتكرار هو المضلع التكراري. (✅)

89- الرسم البياني الذي يربط بين الفئات والتكرار هو المنحنى المتجمع الصاعد. (❌) (التصويب: هو المدرج التكراري)

90- الرسم البياني الذي يربط بين الفئات والتكرار هو السلاسل الزمنية. (❌) (التصويب: هو المدرج التكراري)

91- الرسم البياني الذي يربط بين الفئات والتكرار هو المدرج التكراري. (✅)

Hidden World

92- عند اختيار كل عاشر عميل يخرج من المطعم لأخذ رأيه، فإن نوع العينة العشوائية المستخدمة هو عينه عشوائية بسيطة. (❌) (التصويب: عينة عشوائية منتظمة)

93- الرسم البياني الذي يربط بين الحد الأدنى للفئات والتكرار المتجمع الهابط هو المنحنى المتجمع الهابط. (✅)

94- الرسم البياني الذي يربط بين الحد الأدنى للفئات والتكرار المتجمع الصاعد هو المنحنى المتجمع الهابط. (❌) (التصويب: المنحنى المتجمع الهابط يربط بين الحد الأدنى للفئات والتكرار المتجمع الهابط)

95- الرسم البياني الذي يربط بين تطور ظاهره خلال فتره زمنيه متتاليه هو السلاسل الزمنية. (✅)

Hidden World